**XVIII OLIMPIADA MUNICIPAL DE MATEMÁTICA PARA PRIMARIA 2022**

1. Un dado con forma de cubo tiene dos caras azules, dos verdes, una amarilla y una roja. La probabilidad de que, al lanzar el dado, éste muestre una cara azul es:

   **A.** Igual a la probabilidad de que muestre una cara roja.
   **B.** La mitad de la probabilidad de que muestre una cara verde.
   **C.** La mitad de la probabilidad de que muestre una cara roja.
   **D.** Igual a la probabilidad de que muestre una cara verde.

**RESPUESTA: D**

2. ¿Cuál es la medida, en grados, del ángulo menor formado por las manecillas del reloj cuando son las 10:00 am?

**A.** $45^{\circ}$
**B.** $60^{\circ}$
**C.** $12^{\circ}$
**D.** $30^{0}$

**RESPUESTA: B**

3. Una persona cuándo camina gasta 5 veces más tiempo que cuando corre. Cuando corre hace 100 metros en 20 segundos. ¿Qué distancia hará si camina durante 100 segundos?

**A.** 100 metros
**B.** 150 metros
**C.** 140 metros
**D.** 120 metros

**RESPUESTA: A**

4. Diana estuvo lanzando dardos. En la figura se muestran los tres lanzamientos que hizo. La primera vez obtuvo 6 puntos y la segunda obtuvo 8 puntos. ¿Cuántos puntos obtuvo la tercera vez?

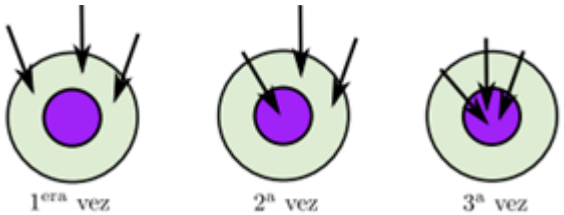


A. 9
B. 12
C. 14

D. 18

**RESPUESTA: B**

5. Un total de 350 Kg de queso es empacado en varias cajas, cada una de las cuales contiene 134 Kg de queso. Cada caja es sellada y el sello cuesta $17.50. ¿Cuál es el precio total de los sellos que se deben utilizar para colocarlos en cada una de las cajas de queso?
   A. $3.050
   B. $3.000
   C. $3.005
   D. $3.500

**RESPUESTA: D**

6. El camino de la casa de Ana a la de Mari es de 16 Km. El camino de la casa de Mari a la de Juan es de 20 Km. Desde el cruce de caminos hasta la casa de Mari, el camino mide 9 Km. ¿Cuánto mide el camino de la casa de Ana a la casa de Juan?




   A. 11 Km
   B. 9 km
   C. 7 km
   D. 18 km

**RESPUESTA: D**

7. La rueda de una bicicleta tiene una circunferencia de 3 metros, y la rueda trasera, tiene una circunferencia de 4 metros. Al recorrer una distancia de 5280 metros, ¿Cuántas vueltas más da la rueda delantera que la trasera?

A. 430 vueltas
B. 420 vueltas
C. 440 vueltas
D. 400 vueltas

**RESPUESTA: C**

8. En una fábrica, una bomba se enciende automáticamente cada 2 horas para cargar un tanque, otra, cada 4 horas y otra cada 5 horas. Si las tres bombas se encienden a las 8:00 am ¿cuánto tiempo pasará hasta que se enciendan al tiempo otra vez?

A. 20 horas
B. 15 horas
C. 10 horas
D. Muchas horas

**RESPUESTA: A**

9. Un pastel se corta quitando cada vez la tercera parte del pastel que hay en el momento de cortar. ¿Qué fracción del pastel original quedó después de cortarlo tres veces?

A. $\frac{8}{27}$
B. $\frac{9}{27}$
C. $\frac{4}{27}$
D. $\frac{6}{27}$

**RESPUESTA: A**

10. Hay 4 pelotas en las balanzas, marcadas con las letras A, B, C y D. Una de ellas pesa 100 g, otra 200 g, otra 300 g y otra 400 g. ¿Cuál de las siguientes afirmaciones es verdadera?

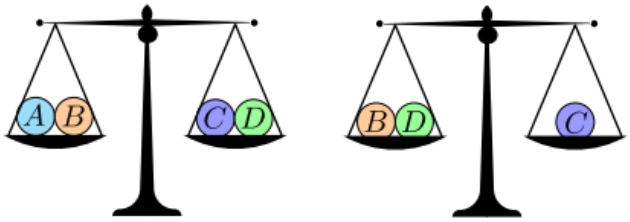


A. La bola A pesa el doble que la bola B.
B. La bola A pesa 300 g.
C. La bola A pesa el doble que la bola D.
D. La bola A pesa el doble que la bola C.

**RESPUESTA: C**

11. Hay exactamente seis números de tres dígitos que se pueden formar usando cada uno de los dígitos 4, 5, 6 una sola vez en cada número. ¿Cuál es el promedio de estos seis números?

A. 500
B. 550
C. 555
D. 505

**RESPUESTA: C**

El contorno de la figura consta de 8 semicírculos de 1cm de radio con centros en los lados del cuadrado cuyos vértices están señalados con • en la figura. ¿Cuánto mide el área sombreada?

A. 16 cm²
B. 8 cm²
C. 4 cm²
D. 1 cm²

**RESPUESTA: A**

12. Ivonne tiene 4 cajas grandes. Dentro de cada una de ellas hay 3 cajas medianas, y dentro de cada caja mediana hay 2 cajas pequeñas, ¿Cuántas cajas tiene Ivonne en total?

A. 20 cajas
B. 24 cajas
C. 42 cajas
D. 22 cajas

**RESPUESTA: D**

13. ¿Qué fracción del área del cuadrado esta sombreado?



A. $\frac{8}{32}$
B. $\frac{8}{20}$
C. $\frac{5}{16}$
D. $\frac{1}{6}$

**RESPUESTA: A**

14. Los puntajes obtenidos por 9 alumnos son los siguientes: 9.0; 9.2; 8.5; 9.5; 8.3; 8.3, 9.8; 8.2; 9.8. ¿Cuál es el promedio de los tres más altos?

A. 9.8
B. 9.7
C. 9.6
D. 9.5

**RESPUESTA: B**

15. Hay 4 tarjetas en línea, como se muestra.

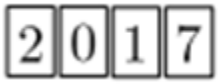


¿Cuál de las siguientes líneas no puede obtenerse intercambiando exactamente dos de las tarjetas?

**RESPUESTA: B**

16. Una modista tiene un rollo de tela de 18 m. Todos los días recorta 3 m, el número de días necesarios para realizar el último corte es:

A. 4
B. 5
C. 6
D. 7

**RESPUESTA: B**

17. La suma de tres números enteros positivos distintos es 7. ¿Cuál es el producto de estos tres enteros?

A. 12
B. 10
C. 8
D. 9

**RESPUESTA: C**

18. Un grupo de niñas están en un círculo. Gaby es la cuarta a la izquierda de Vero y la séptima a la derecha de Vero. ¿Cuántas niñas hay en el grupo?

A. 12
B. 10
C. 9
D. 11

**RESPUESTA: D**

19. De un barril de cerveza que se encontraba lleno, se saca la mitad, luego se saca la mitad de lo que quedaba y luego un cuarto del resto. Si aún quedan 6 litros, inicialmente había:

A. 32 litros
B. 36 litros
C. 42 litros
D. 46 litros

**RESPUESTA: A**

20. Si $A = \underbrace{6 + 6 + 6 + \cdots + 6}_{14\ veces}$ y $B = \underbrace{7 + 7 + 7 + \cdots + 7}_{15\ veces}$ calcular $B - A =$

A.13
B.12
C.21
D.31

**RESPUESTA: C**

21. A Juan Pablo le gusta jugar con su calculadora, la última vez digitó un número en ella, lo multiplicó por 3, al resultado le sumó 12, luego dividió lo que tenía entre 7 y obtuvo 15 como resultado final. ¿Cuál fue el número que digito inicialmente Juan Pablo?

A. 16
B. 17
C. 28
D. 31

**RESPUESTA: D**

22. Samara sumó algunos números y obtuvo 2016, pero se equivocó y sumó 201 en lugar de 102. ¿Cuál es el resultado correcto?

A.1817
B.1905
C.1914
D. 1917

**RESPUESTA: D**

23. Cuántos triángulos se pueden ver en la siguiente figura.

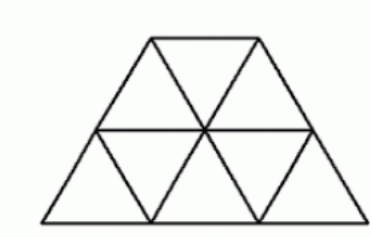

A. 9
B. 10
C. 11
D. 13

**RESPUESTA: B**

24. María, Cristina y Natalia trabajan en una escuela. Cada día, entre el lunes al viernes, exactamente por día trabajan dos de ellas. María trabaja 3 días de la semana y Cristina trabaja 4. ¿Cuántos días trabaja Natalia?

    A. 1
    B. 2
    C. 3
    D. 4

**RESPUESTA: C**

25. En una competencia de ciclismo, a Gonzalo le toma 30 segundos completar una vuelta, mientras que Claudia tarda 32 segundos. Cuando Gonzalo esté completando la vuelta 80 ¿Cuántas vueltas estará completando Claudia?

A. 73
B. 74
C. 75
D. 76

RESPUESTA: C

26. ¿Cuántos números entre 10 y 99 la suma de sus dígitos es imp

A. 45
B. 48
C. 50
D. 60

**RESPUESTA: A**

27. Marco tiene 9 dulces y Raúl tiene 17 dulces. ¿Cuántos dulces debe darle Raúl a Marco para que los dos tengan la misma cantidad de dulces?

    A. 2

B. 3
C. 4
D. 5

**RESPUESTA: C**

28. La cruz de la figura está formada por cinco cuadrados iguales y el área del triángulo que se muestra es de $30\ \text{cm}2$. ¿Cuál es el área de la cruz?

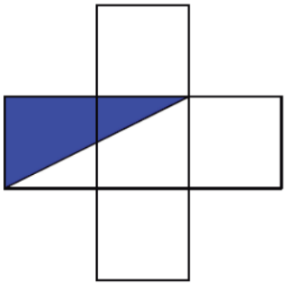

A. $100\ \text{cm}2$
B. $120\ \text{cm}2$
C. $150\ \text{cm}2$
D. $180\ \text{cm}2$

RESPUESTA: C

29. El Sr. Rodríguez quiere tender las toallas que lavó usando la menor cantidad posible de pinzas. Para 3 toallas necesita 4 pinzas, como se muestra en la gura. ¿Cuántas pinzas necesita para 9 toallas?

A. 9
B. 10
C. 12
D. 16

**RESPUESTA: B**

30. Los triángulos I, II, III son triángulos rectángulos e isósceles. El área de I es $2\ \text{cm}2$ y el área de II es $8\ \text{cm}2$. ¿Cuál es el área de III?

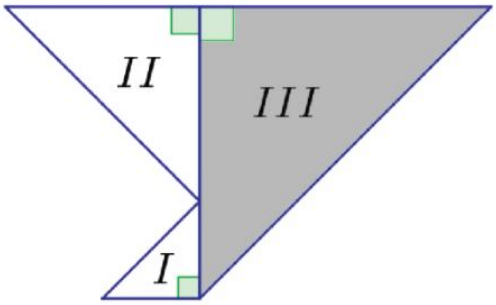

A. 15 cm2
B. 18 cm2
C. 20 cm2
D. 25 cm2

RESPUESTA B:

31. Eva tenía 12 dulces, Rosa tenía 9 dulces y Carlota no tenía ninguno. Juntaron todos los dulces y los repartieron de manera que a cada una le tocara la misma cantidad. ¿Cuántos dulces le tocaron a cada una?

A. 5
B. 6
C. 7
D. 8

**RESPUESTA: C**

32. Marco llama obediente a un número natural si puede escribirse como producto de dos números naturales consecutivos. Ejemplo: el número 20 es obediente ya que $20 = 4 \times 5$. ¿Cuántos números obedientes hay entre 1 y 100?

A. 9
B. 10
C. 11
D. 12

**RESPUESTA: A**

33. Andrés tiene el triple de canicas que Juan y entre los dos reunieron 168 canicas. ¿Cuántas canicas tiene Andrés y cuántas canicas tiene Juan?

A. Andrés tiene 56 y Juan 112 canicas
B. Andrés tiene 140 y Juan 28 canicas
C. Andrés tiene 126 y Juan 42 canicas
D. Andrés tiene 96 y Juan 72 canicas.

**RESPUESTA: C**

¿Cuál es el número cubierto por la flor?

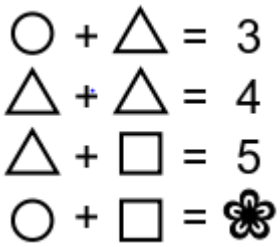


A. 1

B. 2
C. 3
D. 4

**RESPUESTA: D**

**34.** Sara toma una hoja de papel y dibuja una cuadrícula de manera que cada uno de los cuadrados tengan de 2 cm de largo. ¿Cuál es el área del cuadrilátero sombreado?

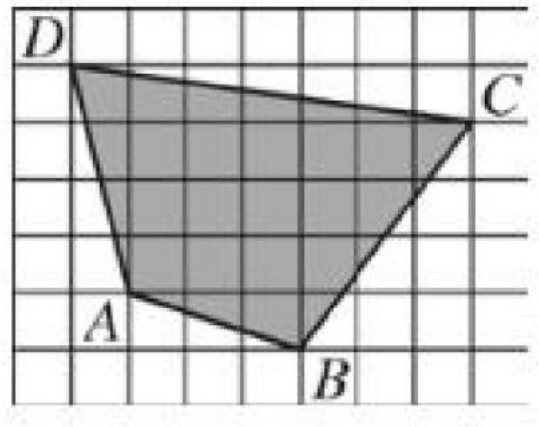


A. 76 cm2
B. 78 cm2
C. 84 cm2
D. 96 cm2

RESPUESTA: C

35. Adán construyó menos castillos de arena que Martín, pero más que Susana. Lucy construyó más castillos de arena que Adán y también más que Martín. Diana construyó más castillos de arena que Martín, pero menos que Lucy. ¿Quién construyó más castillos?

A. Martín
B. Adán
C. Susana
D. Lucy

**RESPUESTA: D**

**36.** Sofia hace una fila de 50 casas usando palitos de fósforo. En la figura mostrada, se puede ver el inicio. ¿Cuántos palitos de fósforo utiliza Sofia?

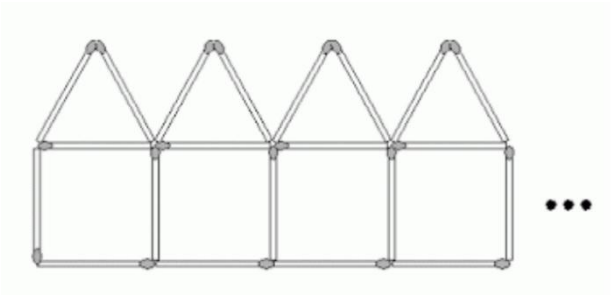

A. 250
B. 251
C. 255
D. 260

RESPUESTA: B

37. Lucy tiene las 5 tarjetas que se muestran. Sólo se ve un lado de las tarjetas y se sabe que las que tienen una flor en un lado, por atrás tienen un perro y viceversa. Las que tienen un gato en una cara por detrás tienen un ´árbol y viceversa. ¿Cuántas flores en total tienen las tarjetas de Lucy?

A. 1
B. 2
C. 3
D. 4

**RESPUESTA: C**

**38.** El promedio de las notas de 15 estudiantes es 4 y el promedio de las notas de otros 10 estudiantes es 5. ¿Cuál es el promedio total de las notas del grupo?

A. 4,1
B. 4,2
C. 4,3
D. 4,4
RESPUESTA:

39. El coche irá por el camino blanco hasta la casa sin pasar dos veces por el mismo punto. ¿Cuántas veces dará vuelta a la izquierda?

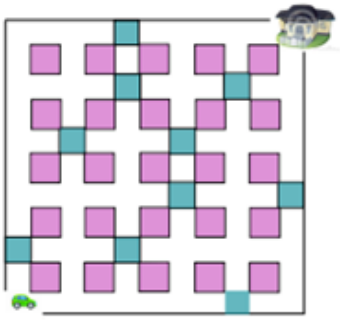

A. 1
B. 2
C. 3
D. 4

**RESPUESTA: C**

40. El carro de Willy requiere 6 galones de gasolina para recorrer 240 kilómetros. ¿Cuántos galones necesita el automóvil para recorrer 480 kilómetros?



A. 12
B. 10
C. 8
D. 6

**RESPUESTA: A**

41. Una hoja de papel cuadrada se dobla por la mitad y luego se corta, como muestra la figura. Si el perímetro de uno de los dos rectángulos iguales resultantes es 24 cm y uno de los lados del rectángulo mide 4 cm, entonces el área de la hoja de papel en centímetros cuadrados es:

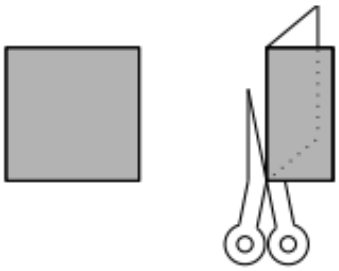

A. $16cm^2$
B. 32 $cm^2$
C. 64 $cm^2$
D. $128cm^2$

**RESPUESTA: C**

42. Teresa, Héctor y Cristina se presentaron como candidatos en la elección de personero de clase.

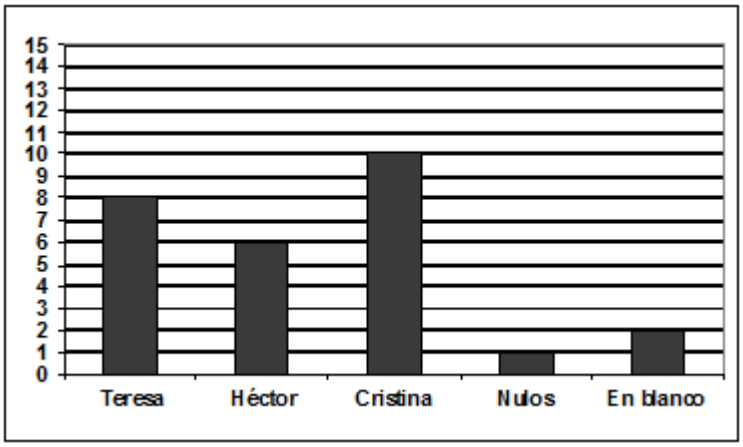


Si todos participaron, ¿cuántos compañeros había en la clase en total?

A.14
B.24
C.27
D.25

**RESPUESTA: C**

43. Observa la información sobre algunas notas musicales.

Corchea: $\frac{1}{2}$ tiempo
Semicorchea: $\frac{1}{4}$ tiempo
Fusa: $\frac{1}{8}$ tiempo

De acuerdo con el tiempo de duración de cada nota musical, ¿Cómo se organizan de menor a mayor?

A. Corchea, semicorchea y fusa.
B. Fusa, semicorchea y corchea.
C. Fusa, corchea y semicorchea.
D. Semicorchea, fusa corchea.

**RESPUESTA: B**

44. Para ir de la casa al colegio, Camila debe pasar por la iglesia y por la plaza. Las distancias que debe recorrer se muestran en la figura.

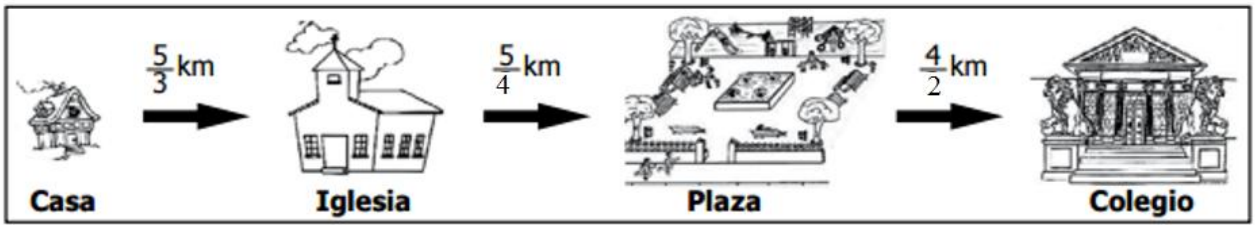


En total, ¿qué distancia debe recorrer Camila para ir de la casa al colegio?

A. $\frac{15}{12}$ km
B. $2\frac{4}{12}$ km
C. $4\frac{11}{12}$ km
D. $\frac{10}{3}$ km

RESPUESTA: C

45. En la librería Panamericana el precio de una enciclopedia es de $756.000. Los estudiantes que presenten su carné tendrán un descuento del 20%. ¿Cuánto pagara un estudiante por la compra de esta enciclopedia?

A. $151.200
B. $604.900
C. $604.800
D. $453600

**RESPUESTA: C**

46. En la entrada del circo el día viernes estaba el siguiente aviso:

Un grupo de personas, que entró a la función ese día pago un total de $42.000. ¿Cuántos niños y cuantos adultos pudieron disfrutar de la función de ese día?

A. 3 adultos y un niño.
B. 4 niños y un adulto.
C. 7 niños y 3 adultos.
D. 2 niños y 6 adultos

RESPUESTA: A

47. Durante las vacaciones de semana santa se registraron 5.000 turistas en Santa Marta. Del total de estos, 42% eran franceses, 15% alemanes, 18% estadounidenses y el resto eran mexicanos. ¿Cuántos turistas eran mexicanos?

A. 750
B. 1.250
C. 2.100
D. 3.750

**RESPUESTA: B**

48. Ciertas bacterias en su ambiente se reproducen dividiéndose en dos cada hora. Para que la población sea 512, el número de horas es:

A. 9.
B. 8.
C. 10.
D. 12

**RESPUESTA: A**

49. Con 15 metros de cinta amarilla, Claudia puede hacer 5 adornos del mismo tamaño, iguales, sin que sobre cinta. ¿Cuántos adornos del mismo tamaño de los amarillos puede hacer con 30 metros de cinta azul sin que sobre cinta?

A. 3
B. 5
C. 10
D. 15

**RESPUESTA: C**

50. La profesora Diana les preguntó a 60 estudiantes de grado cuarto cuál de los siguientes libros preferían leer:

•Zoro.

• La isla del tesoro.

• Harry Potter.

• Cuentos de los hermanos Grimm.

Con las respuestas obtenidas, la profesora Diana elaboró la siguiente gráfica:

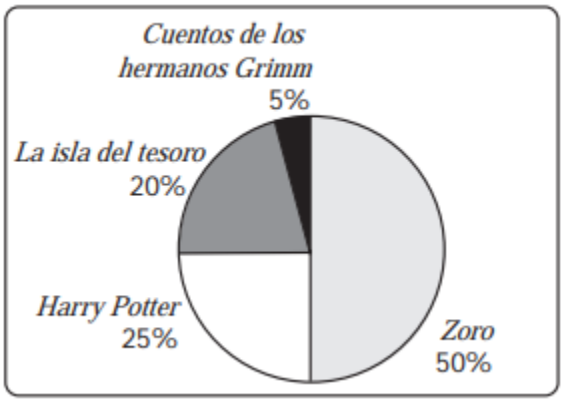


En la clase se leerán los libros escogidos por más de 10 estudiantes. ¿Cuáles son estos libros?

A. Zoro solamente.
B. Zoro y La isla del tesoro solamente.
C. Zoro, Harry Potter y La isla del tesoro solamente.
D. Zoro, Harry Potter, La isla del tesoro y Cuentos de los hermanos Grimm

**RESPUESTA: C**

51. La profesora tiene 3 bolsas con dulces, en cada bolsa hay 40 unidades y debe repartirlos en tres grupos de 20 alumnos, ¿Cuántos dulces le corresponden a cada estudiante?

A. 3
B. 2
C. 6
D. 8
**RESPUESTA: B**

52. En un gallinero hay 180 gallinas, cada una pone 1 huevo por día; debo recoger los huevos de los 7 días de la semana y empacarlos en flanes de 30 huevos. ¿Cuántos flanes formo recogiendo los huevos de dos semanas?

A. 74 flanes

B. 14 flanes
C. 92 flanes
D. 84 flanes

**RESPUESTA: D**

53. La suma de tres números consecutivos es 54. ¿Cuál de las siguientes opciones es la correcta?

A.17, 18 y 19
B.16, 17 y 18
C.13, 14 y 15
D.12, 13 y 14

**RESPUESTA: A**

54. Nairo Quintana se está preparando para ganar el tour de Francia, seguimos su entrenamiento durante 4 días, en el día 1 recorrió 68.256 metros, en el día 2 recorrió 5.989 metros menos que el día 1, el día 3 recorre el doble del día 1 y el día 4 recorrió 12.687 metros más que el día 2.

¿Cuántos metros recorrió Nairo Quintana en el día 4?

A. 74.954 metros
B. 18.676 metros
C. 80.943 metros
D. 12.687 metros

**RESPUESTA: A**

55. ¿Cuál es el número que sigue en cada uno de los siguientes casos?

**1, 2, 6, 12, 36, 72, ___**

A. 144
B. 226
C. 216
D. 321

**RESPUESTA: C**

56. Un sitio turístico en el Caribe ofrece tres diferentes cruceros: uno tarda 6 días en ir y regresar a su punto de inicio, el segundo tarda 8 días y el tercero tarda 10 días. Si los tres cruceros partieron al mismo tiempo hace 39 días, ¿cuántos días faltan para que vuelvan a partir el mismo día todos los cruceros?

A. 81 días
B. 22 días
C. 31 días
D. 95 días

**RESPUESTA: A**

57. En una banda compuesta por un baterista, un guitarrista, un bajista y un saxofonista, el baterista toca en lapsos de 8 tiempos, el guitarrista en 12 tiempos, el bajista en 6 tiempos y el saxofonista en 16 tiempos. Si todos empiezan al mismo tiempo, ¿en cuántos tiempos sus periodos volverán a iniciar al mismo tiempo?

A. 38 tiempos
B. 12 tiempos
C. 48 tiempos
D. 58 tiempos

**RESPUESTA: C**

58. ¿Cuántos ángulos rectos se forman en los cuatro números del reloj digital?

A. 10 ángulos rectos
B. 15 ángulos rectos
C. 13 ángulos rectos
D. 18 ángulos rectos

**RESPUESTA: B**

59. La siguiente gráfica muestra la ubicación de diferentes atracciones de un parque de diversiones.

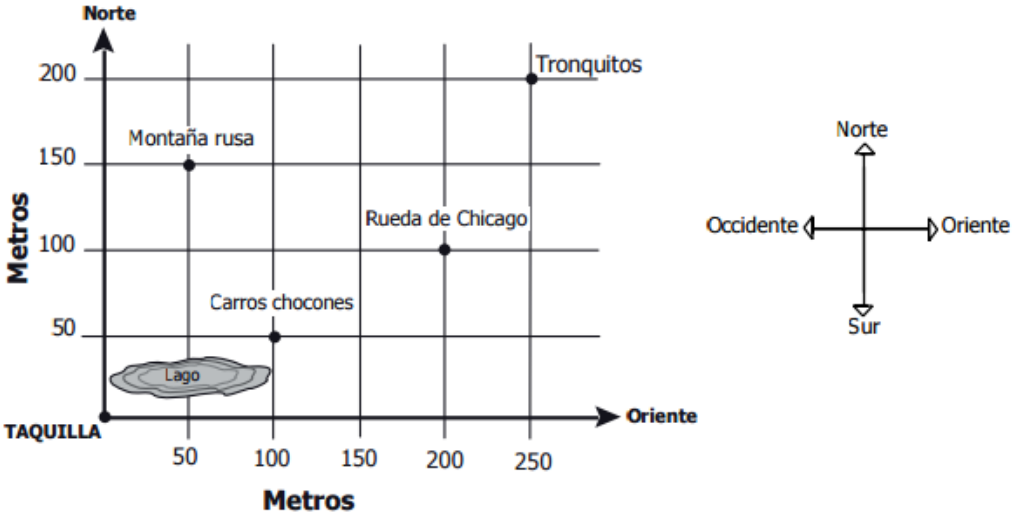


Manuela está en la taquilla. Para llegar a los carros chocones ella debe caminar:

A. 50 metros al oriente y 150 metros al norte.
B. 200 metros al oriente y 100 metros al norte.
C. 100 metros al oriente y 50 metros al norte.
D. 250 metros al oriente y 200 metros al norte.

**RESPUESTA: C**

60. Juan tiene 321 fichas ¿Cuánta decenas de fichas tiene Juan?

A. 3
B. 21
C. 32
D. 321

**RESPUESTA: C**

61. Patricia quiere elaborar un vitral utilizando triángulos. ¿Cuántos triángulos isósceles, escalenos y rectángulos utilizará en la elaboración del vitral?

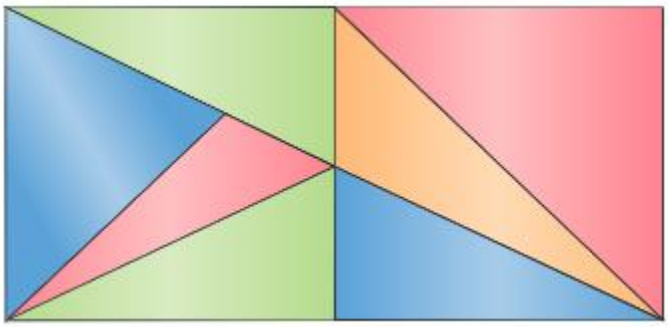

Pista: Recuerda que hay triángulos que pueden estar en más de una clasificación.

A. 2 triángulos isósceles, 3 triángulos escalenos y 3 triángulos rectángulos.
B. 1 isósceles 2 triángulos escalenos y 4 triángulos rectángulos.
C. 2 triángulos isósceles, 6 triángulos escalenos y 3 triángulos rectángulos.
D. 1 triángulo isósceles, 6 triángulos escalenos y 4 triángulos rectángulos.

**RESPUESTA: D**

62. Cecilia gasto dos cuartos de hora en hacer un recorrido, mientras que Hernando utilizo un medio de ese tiempo. ¿Cuánto tiempo utilizó Hernando?

A. Hernando gasto un cuarto de hora.
B. Hernando gasto dos cuartos de hora.
C. Hernando gastó tres sextos de hora.
D. Hernando gastó media hora.

**RESPUESTA: A**

63. Luis dio cuatro vueltas alrededor de una pista de atletismo. El tiempo que él empleó en dar cada vuelta se muestra a continuación.

| VUELTA | TIEMPO EMPLEADO |
|---|---|
| Primera vuelta | 4 minutos y 15 segundos |
| Segunda vuelta | 5 minutos y 45 segundos |
| Tercera vuelta | 3 minutos y 30 segundos |
| Cuarta vuelta | 4 minutos y 45 segundos |

El tiempo total que empleo Luis en dar las cuatro vueltas alrededor de la pista fue de:

A.16 minutos
B.16 minutos y 30 segundos
C.17 minutos
D.18 minutos y 15 segundos

**RESPUESTA: D**

64. Adriana practica 1 ½ horas en bicicleta el lunes, 2 ¼ hora de natación el martes, 1 ¼ gimnasia el miércoles. El jueves y viernes descansa. ¿Cuántas horas semanales le dedica Adriana al deporte?

A. 4 horas
B. 5 horas
C. 7 horas
D. 10 horas

**RESPUESTA: B**

65. El ajedrez se juega con 32 fichas, la mitad son blancas y la otra mitad son negras. De cada color hay ocho peones, dos torres, dos alfiles, dos caballos, la reina y el rey. ¿Cuál es la probabilidad de que al escoger una ficha al azar se elija un caballo?

A. $\frac{1}{6}$

B. $\frac{1}{4}$

C. $\frac{1}{8}$

D. $\frac{1}{32}$

**RESPUESTA: C**

66. Calcula el número de árboles que se pueden plantar en un campo como el de la figura, de 32 m de largo y 30 m de ancho, si cada árbol necesita para desarrollarse $4m^2$

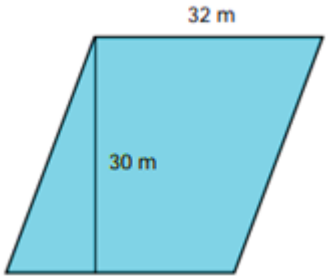


A. 240
B. 960
C. 248
D. 140

**RESPUESTA: A**

67. ¿Cuánta capacidad tienen en total los siguientes vasos de agua?

A. 2 L
B. 2,5 L
C. 3,5 L
D. 0,5 L

**RESPUESTA: B**

68. La siguiente figura representa una caja. En la figura se señalan las dimensiones de la caja.

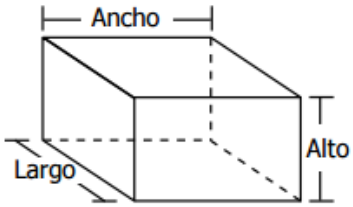


¿Cuál de los siguientes procedimientos permite hallar el volumen de la caja?

A. Sumar el largo, el ancho y el alto de la caja.
B. Multiplicar por 3 el alto de la caja.
C. Multiplicar el largo por el ancho y por el alto.
D. Sumar el largo con el ancho, y multiplicar por el alto.

**RESPUESTA: C**

69. En una tienda se venden acuarios con forma y tamaño como los que muestra la figura.

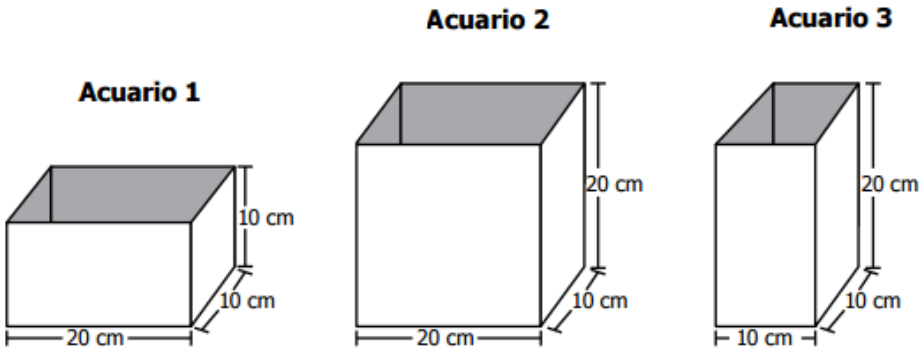


**Figura**

¿Qué tienen en común los tres acuarios?

A. Una cara de 20 cm x 20 cm.
B. Una cara de 20 cm x 10 cm.
C. Una cara de 10 cm x 10 cm.
D. Caras cuadradas iguales.

**RESPUESTA: B**

70. Un cuadrado se cortó en 4 partes, como se muestra en la figura.

¿Cuál de las siguientes formas no puede construir usando las cuatro piezas?

A. 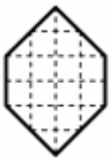

B. 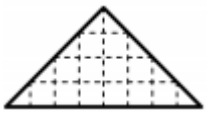

C. 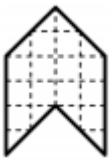

D. 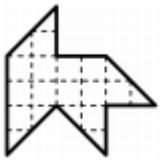

**RESPUESTA: D**

71. Lorena tiene las cuatro piezas grises que se muestran en la figura y con ellas cubre totalmente la forma que está al lado de las piezas.

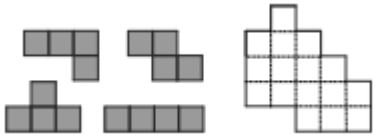

¿Dónde debe poner la ficha ?

A. 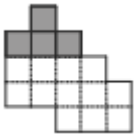

B. 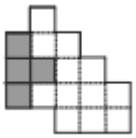

C. 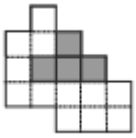

D. 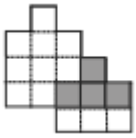

**RESPUESTA: C**

72. La clase de español duró 50 minutos y empezó a las 12:40 horas. Exactamente a la mitad de la clase nos visitó en el salón el Director de la escuela. ¿A qué hora fue eso?

A. 1:05 pm
B. 12:40 pm
C. 12:55 pm
D. 1:30 pm

**RESPUESTA: A**

73. Sandra compró flores para armar un ramo con 2 girasoles, 2 claveles y 1 rosa. Estos son los precios de cada flor:

¿Qué operación debe realizar Sandra para saber cuánto le cuesta el ramo?

A. 1.600 + 1.400 + 750
B. 2 x (1.600 + 1.400 +750
C. (2 x 1.400) + (2 x 750) + 1600
D. 2 + 1.600 + 2 + 1.400 + 1 + 750

**RESPUESTA: C**

74. Cinco hermanos que están decorando su casa para una fiesta compraron 2 docenas de globos para colocarlos en el techo y las paredes. Mario colocó 2 globos, Lucía 5, Francisco 1, Verónica 6 y Diana 4. ¿Cuántos globos faltan por colocar?

A. 2
B. 24
C. 20
D. 6

**RESPUESTA: D**

75. Un bloque de 16 cubos está formado por 4 piezas de 4 cubos cada una: una negra, una gris oscuro, una gris claro y una blanca, como se ve en la figura.

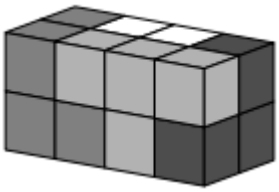

¿Qué forma tiene la blanca?

A. 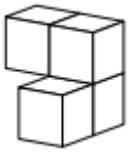

B. 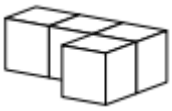

C. 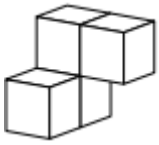

D.

**RESPUESTA: D**

76. Marisol tiene 9 rectángulos iguales, con los que forma el rectángulo más grande que se muestra en la figura. Si el lado mayor de cada uno de los rectángulos pequeños mide 10 cm.

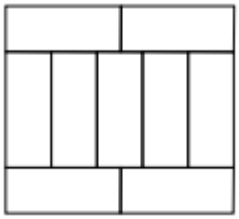

¿Cuál es el perímetro del rectángulo más grande?

A. 40 cm
B. 48 cm
C. 76 cm
D. 81 cm

**RESPUESTA: C**

77. Pepe tiene el doble de canicas que Luis y entre los dos reúnen 30 canicas. ¿Cuántas canicas tiene Pepe y cuántas tiene Luis?

A. Pepe tiene 20 canica y Luis tiene 10 canicas
B. Pepe tiene 15 canicas y Luis tiene 5 canicas.
C. Pepe tiene 20 canicas y Luis tiene 5 canicas.
D. Pepe tiene 60 canicas y Luis tiene 30 canicas.

**RESPUESTA: A**

78. Una evaluación de inglés de un colegio tiene dos pruebas, una de escritura y otra de conversación. La evaluación se aprueba si la suma de los puntos obtenidos en las dos pruebas es mayor que 60.

Las gráficas muestran los resultados de las pruebas de Diana, Alex y Sergio.

En la prueba de conversación:

A. Diana obtuvo más puntos que Sergio.
B. Sergio obtuvo más puntos que Alex.
C. Diana obtuvo más puntos que Alex.
D. Sergio obtuvo más puntos que Diana.

**RESPUESTA: D**

79. Un edificio tiene cuatro pisos. La altura del primer piso es 4 metros. Los otros tres pisos tienen cada uno 3 metros de altura. ¿Cuál es la altura del edificio?

A. 11 metros.
B. 13 metros.
C. 12 metros.
D. 14 metros.

**RESPUESTA: B**

80. Una cuadrícula de papel de 5×5 como la que se muestra se quiere cortar de manera que se obtengan piezas iguales a la que se muestra al lado de la cuadrícula.

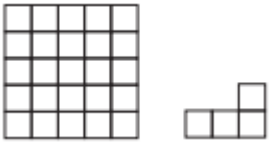

¿Cuál es el mayor número de piezas que se pueden obtener?

A. 2
B. 5
C. 4
D. 6

**RESPUESTA: D**